北京化工大学

2021－2022－2学期期末考试答卷

课程名称：过程测控技术　　课程代码：EEE34200T　　任课教师：耿建勇

姓名：孙琳琳　　班级：化21908　　学号：2019010196

答卷内容

一. 选择题.

1. A
2. B.
3. D
4. D
5. B
6. B
7. A
8. C
9. A
10. B.

二. 判断题

1. √
2. √
3. X
4. √
5. √
6. X
7. √
8 X
9. √
10. √

三. 简答题.

1. 201.6 < 210. 最高压力满足

余差 150.7－150 = 0.7 < 10. 满足.

过渡曲线起落稍微起伏.

2. $K = \frac{F_2}{F_1}$　　平方比：$\frac{I-I_0}{I_{max}-I_0} = \left(\frac{F-F_0}{F_{max}-F_0}\right)^2$.

$$K = \frac{\frac{I_2-I_{20}}{I_{2max}-I_{20}}}{\frac{I_1-I_{10}}{I_{1max}-I_{10}}} = \left(\frac{F_2}{F_1}\right)^2\left(\frac{F_{1max}}{F_{2max}}\right)^2 = K^2\left(\frac{F_{1max}}{F_{2max}}\right)^2$$

扫描全能王 创建

3. 三冲量分别是汽包液位、蒸汽流量、给水流量。它能保持水位在一定范围，保证锅炉安全运行，适应锅炉水位控制需要。

4. (1)气蚀：流体流过泵入口压力下降，液体易挥发且高温时会部分气化，泵体内出现气相汽质，液体无法泵出，泵出口压力下降，排量降低至0，离心泵报坏

(2)气蚀：介质到叶轮边缘压力增大，部分气化的气体受压缩变液体，冲击泵体机件表面，泵壳内表面与叶轮表面产生坑点，

5. 比例度δ越小，系统灵敏性越高，余差越小，随比例度δ减小，系统稳定性下降，当比例度很大或很小时，系统受到扰动，被控参数重新稳定后无法回到原来的给定数值。

四. 计算题.

解：压差 $\Delta P_0 = \rho g H = 900 \times 9.81 \times 3 = 26487\ Pa = 26.487\ kPa$.

∴变送器测量范围选择 0～30 kPa.

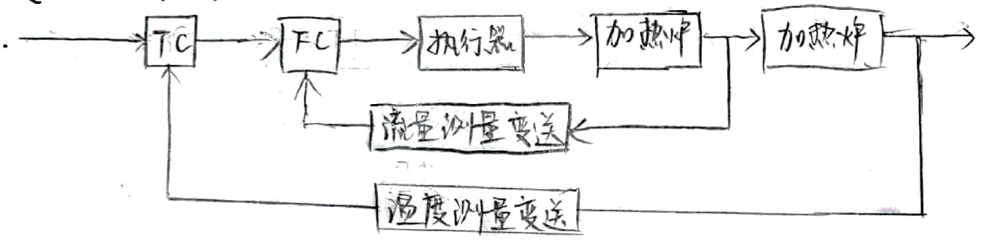
正压室压力 $P_1 = P_0 + \rho g H - \rho g h_1$

负压室压力 $P_2 = P_0 + \rho g (h_2 - h_1)$

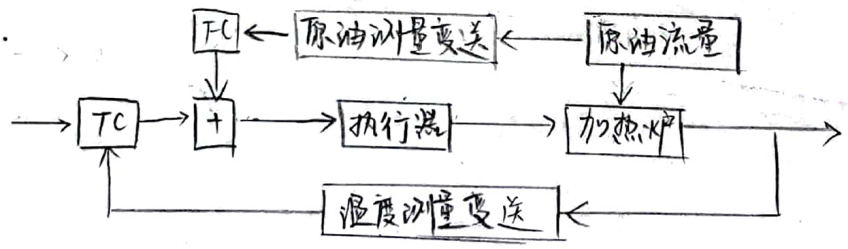
则压差为 $\Delta P = P_1 - P_2 = \rho g H - \rho_0 g h_2$ ⇒负迁移，迁移量 $\rho_0 g h_2$

五. 确定控制方案题.

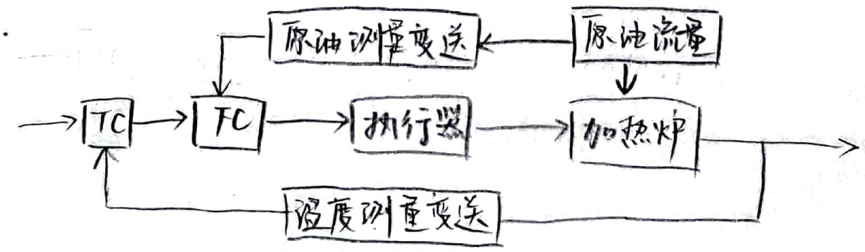
1. (a).



(b).



(c).



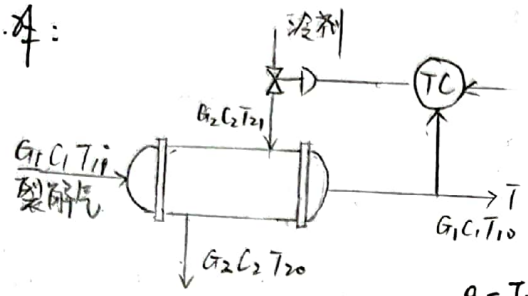
扫描全能王 创建

(a)是串级控制系统，主变量为出口温度T，副变量为流量Q，Q可克服压力波动对温度影响，有较强抗干扰能力，有一次自适应能力

(b)是前馈-反馈控制系统，被控变量为温度T，通过前馈控制器FC调节流量Q，通过反馈控制器TC调整流量，综合反馈和前馈控制优点，简化前馈控制系统，降低前馈控制模型精度要求，反馈控制可克服干扰。

(c)是前馈-反馈非标准结构系统，TC与FC串级控制但无副回路，不是串级控制。

2.解：



$\theta = T_{1o}$

对于冷却器：$q = G_1C_1(T_{1o}-T_{1i}) = G_2C_2(T_{2i}-T_{2o})$

$q = K F \Delta T$　　$\Delta T = \frac{\Delta t_1 + \Delta t_2}{2} = \frac{(T_{2i}-T_{1o})+(T_{2o}-T_{1i})}{2}$

整理得：$\frac{T_{1o}-T_{1i}}{T_{2i}-T_{1i}} = \frac{1}{\frac{G_1C_1}{KF} + \frac{1}{2}\left(1+\frac{G_1C_1}{G_2C_2}\right)}$　　*

冷却器入口温度T_{1i}对工艺介质出口温度T_{1o}的影响，即$\Delta T_{2i} \to \Delta T_{1o}$通道的静态放大倍数。

对式*增量化 令$\Delta T_{2i}=0$，则 $\frac{\Delta T_{1o}}{\Delta T_{2i}} = \frac{1}{\frac{G_1C_1}{KF} + \frac{1}{2}\left(1+\frac{G_1C_1}{G_2C_2}\right)}$

则ΔT_{1o}与ΔT_{2i}为线性关系。

∴为调节冷剂流量的温度控制方案，方式是控制冷剂流量。

控制选择闭气式。

温度下降，阀门关小，Tc输入下降；反之亦然。控制出口温度$T_{1o}=\theta$在0~15℃

∴Tc为正作用

通过G_2个，传热系数K个，温差ΔT个，传热量Q。

当入口温度T_{1i}下降时，开大控制阀增加G_2使$T_{1o}=\theta$拉回给定温度

扫描全能王 创建