北京化工大学

2019-2020-2学期期末考试答卷

课程名称：过程控制技术　课程代码：EEE37200T　任课教师：钱行

姓名：程向阳　学号：2017010181　班级：化工1706

答卷共 6 页　第 1 页

答卷内容（注：写清题号，只写答案）

一、

1. 测量与变送装置；控制器；执行器；被控对象；信号
2. 应变式；压敏式
3. 开；闭；开
4. 直接控制；间接控制
5. 比例控制(P)；比例-微分控制(PI)；比例-积分控制(PD)；比例-积分-微分控制(PID)
6. 4mA；20mA
7. 正；负

二、

1. ×
2. √
3. √
4. √
5. ×
6. √
7. ×
8. ×
9. ×
10. √

北京化工大学

2019－2020－2学期期末考试答卷

课程名称：过程测控技术　课程代码：EEE34200T　任课教师：钱行

姓名：崔向阳　学号：2017010181　班级：化工1701b

答卷共 6 页　第 2 页

答卷内容（注：写清题号，只写答案）

三.

1. 控制通道：将操作变量施加到对象上，使被控变量按设定值的通道，起校正作用

干扰通道：干扰作用于对象，起破坏作用的通道，会使被控变量偏离给定值

对于控制问题，在干扰作用下，传递函数：

$$Y(s)=\frac{G_{PD}(s)}{1+G_C(s)+G_{PC}(s)}F(s),\quad G_{PD}(s)=\frac{K_f}{1+T_f s},\quad G_{PC}(s)=\frac{K_0}{(1+T_{01}s)(1+T_{02}s)}$$

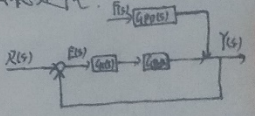
①控制通道影响分析：　$G_C(s)=K_C$　$y(\infty)=\frac{K_f}{1+K_C K_0}$

放大倍数K↑，控制余差减小，稳定性变差

时间常数T↑，控制不及时，控制质量变差

纯滞后τ↑，控制不及时，增大动态偏差，降低稳定性

②干扰通道影响分析：



放大倍数K↑，系统余差变大，控制质量变差

时间常数T↑，超调量减小，控制质量提高

纯滞后τ↑，对控制质量无影响

2. 主控与串级切换状态：

分为两种：

① 串级→主控，用主控制器代替原副控制器输出，直接控制控制阀

② 主控→串级，用副控制器代替原主控制器的输出，直接控制控制阀

保证无扰切换的条件：

* 调节控制方向正确：

①副控反作用，可执行切换　②副控正作用，先改变主控方向再切换

北京化工大学

2019-2020-2 学期 期末考试 答卷

课程名称：过程控制技术 课程代码：EEE34200T 任课教师：钱行

姓名：崔阔阳 学号：2017010181 班级：化工1706

答卷共 6 页 第 3 页

答卷内容（此：答题题号，只写答案）

控制器正反作用自动确定：

控单回路考虑，为主回路设关系，即从稳定性考虑，开环放大倍数必需为"负"

知道：制对象符号，以及控制阀符号，保证负反馈符号（总符号）为负。

无控制器：考虑无环内各元件符号【无控制器、无对象、副回路】。

3. 化学反应器控制要求：

(1) 物料平衡控制

保证稳态，F(入)=F(出)，常针对无物料控制，部分物料循环系统应选择放空惰性物质

(2) 能量平衡控制

Q(入)与Q(出)及反应生成热相互平衡，间接保证产品质量，与安全相关

(3) 约束条件控制

防止工艺参数进入危险区域或不正常工况，进行安全界限保护性控制

(4) 质量控制

反应达规定转化率或产品达相应成分。

4. 喘振现象

(1) 存在及现象

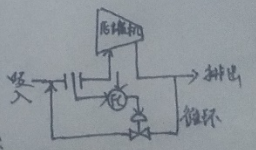
离心式压缩机负荷低于一定值后，气体正常输送被破坏，气量忽多忽少，发生强烈振荡 —— "气喘"声音，严重时破坏设备。

(2) 克服办法

使工作点位于喘振极限值右侧即非喘振区

具体两个办法：① 固定极限即流量防喘振控制

② 可变极限防喘振控制



流量

逻辑如下：

$Q_1 > Q_P$ 旁路关死

$Q_1 < Q_P$ 旁路打开

① ② 两者区别为 Q_P 是否随 P_1 而变。

南京化工大学

2019-2020-2学期类用本考试答卷

课程名称：过程测控技术　课程代码：EEE34200T　任课教师：钱行

姓名：雒向阳　学号：2017010151　班级：化工1706

答卷共 6 页 第 4 页

答卷内容（统一写题号，只写答案）

5. PID积分规律

作用：消除系统余差

Ti增加的影响

① Ti增大，积分作用减弱，~~余差变大~~消除余差变慢，降低稳态精度

② Ti增大，系统振荡减弱，对于动态品质，稳定性增强

1题.

1. 解：

(1) 温度范围：0～800℃

输出信号范围：4～20 mA

由 $I=\frac{I_{max}-I_{min}}{t_{max}-t_{min}}(t-t_{min})+I_{min}$ 得，$I=\frac{20-4}{800-0}(t-0)+4$

整理得，$I=0.02t+4$

当 $I=10mA$ 时，代入得，$t=300℃$

(2) 由 $\delta_{允}=\frac{\pm\Delta_{允}}{测量上限-测量下限}\times100\%$

得，$\pm0.5\%=\frac{\pm\Delta_{允}}{800-0}$

解得，$\pm\Delta_{允}=\pm4℃$　即偏差为 ±4℃

2. 解：

温度范围：0～600℃

信号范围：4～20 mA

由 $I=\frac{I_{max}-I_{min}}{t_{max}-t_{min}}(t-t_{min})+I_{min}$ 得，

$I=\frac{20-4}{600-0}(t-0)+4$ 即 $I=\frac{2}{75}t+4$

$\delta_{允}=\frac{\pm\Delta_{允}}{测量上限-测量下限}\times100\%$

$=\frac{\pm2}{600-0}\times100\%$

$=\pm0.33\%$

故应选用0.2级精度的温度变送器.

6-4

北京化工大学

2019 - 2020 - 2 学期 期末考试答卷

课程名称：过程预测控制技术　课程代码：EEE34200T　任课教师：钱行

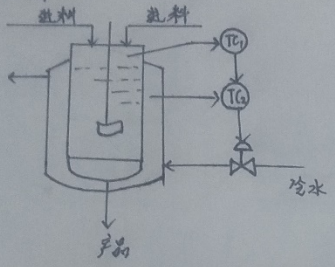
姓名：雍向阳　学号：2017010181　班级：化工1706

答卷共 6 页 第 5 页

答卷内容（允许写在题号，只写答案）

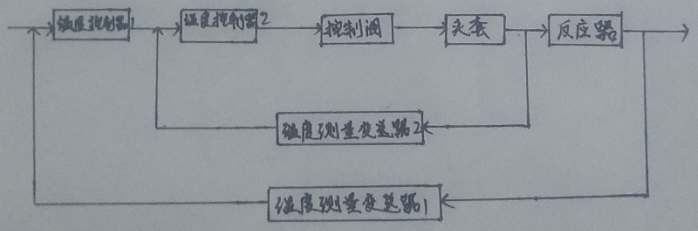
五：

1. 结构原理图



反应器温度串级控制结构原理图

2. 方框图



3. 主副被控参数选择，

循环水温波动较大为主要干扰，要求反应器温度恒定，因此反应器内温度为主被控参数，调节水温为副被控参数。

4. 控制阀开闭形式

由于反应放热（由"全书"知），为防止热量无法转移局部过热产生燃烧爆等安全隐患，故采用气闭式。

北京化工大学

2019 - 2020 - 2 学期 期末考试答卷

课程名称：过程测控技术　课程代码：EEE34200T　任课教师：钱行

姓名：崔向阳　学号：2017010181　班级：化工1706

答卷共 6 页　第 6 页

答卷内容（统一写线题号，大写答案）

5. 主副控制器正反作用选择

(1) 副控制器　　按照先副后主的原则

气闭式执行器　(-)

变送器 2　(+)

冷媒水量增加，夹套内温度降低（被控对象）　(-)

保证总结果为负，则副控制器为反作用　(-)

(2) 主控制器

副被控变量[redacted]增大时，反应器内[redacted]温度降低，

即主被控变量温度降低，故主控制器应先正作用

(-)　(+)